Zadania 1 P

termin: wtorek 3 marca 18:30

Rozwiązania należy pisać w poniższej formie. W przypadku roszady proszę napisać: roszada krótka/roszada długa.

1. Wybieramy jaką figurą chcemy się ruszyć
Król = K
Hetman = H
Wieża = W
Skoczek = S
Goniec = G
(w przypadku pionka nie pisze się nic)

2. Wybieramy na jakie pole chcemy się ruszyć (a-h, 1-8)

Przykład:
1. Kf6
Oznacza to, że Król idzie na pole f6.

2. Se3
Oznacza to, że Skoczek idzie na pole e3.

Dla zadań, w których trzeba dać na przykład mata w 2 ruchach, można zapisać ruchy po przecinku: Wg3, Kh7, Wh3 (pierwszy ruch białych, potem czarny i na koniec ruch białych z matem)

Poniżej jest szachownica z podpisanymi polami.

o.marvan@student.uw.edu.pl Switch account

Draft saved

Not shared

* Indicates required question

numeracja pól



Imię i Nazwisko *

Ondřej Marvan

Numer indeksu *

477001

1. Białe zaczynają i dają mata w 1 posunięciu



Hg7#

2. Białe zaczynają i dają mata w 1 posunięciu



d8H#

3. Białe zaczynają i dają mata w 1 posunięciu



Ha7#

4. Ruch czarnych, czy jest to mat? Jesli nie to czemu

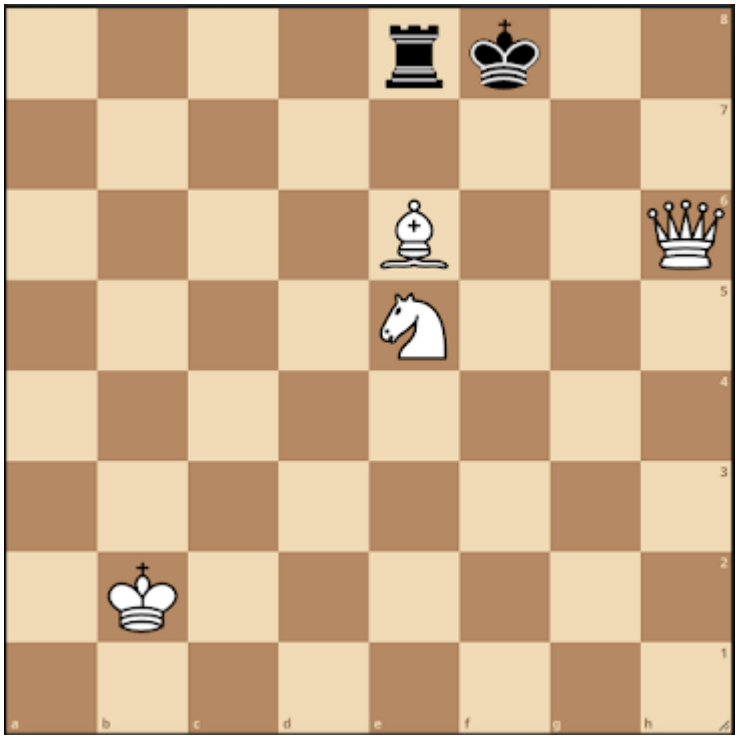

Nie, to nie jest mat, król może - Ke7

5. Ile punktów w sumie mają figury i pionki białe? Bez króla



33

6. Ile punktów w sumie mają figury i piony czarne? Bez króla



32

7. Białe zaczynają, jakie figury/piony opłaca się białym zbić (zgodnie z punktacja szachową) - podaj wszystkie opłacalne możliwości



Gxf6, Hxa7, Hxc4

Zadanie 8. Jak białe mogą uniknąć szacha? Podaj wszystkie możliwości



Gc8 lub Gc4

9. Białe zaczynają i dają mata w 1 posunięciu



Hf6#

10. Białe zaczynają i dają mata w 1 posunięciu



Wh7#

Submit

Clear form

Never submit passwords through Google Forms.

This form was created inside of Poczta UW dla studentów. - Contact form owner

Does this form look suspicious? Report

Google Forms